Révisions électricité 4ème

EXERCICE 1 : Complète le tableau :

Appareil	Grandeur et...	...son symbole	Unité et...	...son symbole
Voltmètre ?	tension	U ?	Volt ?	V
Ampèremètre	intensité ?	I	ampère	A ?

EXERCICE 2 : Complète le schéma en y ajoutant le symbole de l'appareil qui mesurera la **tension** aux bornes de la lampe. Réponse

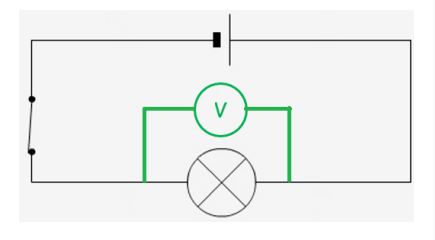

EXERCICE 3 : Convertis → **0,026 V = 26 mV** Réponse

EXERCICE 4 : On mesure une tension de **20,8 V**. Coche la case correspondant au **meilleur calibre** à utiliser : Réponse

☐ 2 V ☐ 20 V ☒ 200 V ☐ 600 V

EXERCICE 5 : Une **tension** a été mesurée avec plusieurs calibres. Relie chaque affichage d'écran au calibre correspondant. Réponse

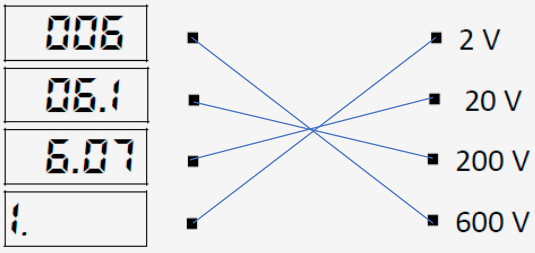

EXERCICE 6 : La **tension U** mesurée aux bornes de la pile est de **4,45 V**. La tension U_2 mesurée aux bornes du moteur est de **1,95 V.** **Calcule la tension U_1** que l'on pourrait mesurer aux bornes de la lampe : Réponse

Calcul : $U_G = U_1 + U_2$ car le circuit est en série

Donc $U_1 = U_G - U_2 = 4,45 - 1,95 = 2,5$ V

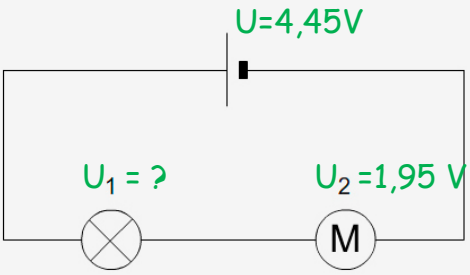

EXERCICE 7 : On a mesuré deux **tensions** du montage schématisé ci-dessous. **Complète le tableau** en inscrivant les valeurs des tensions aux bornes de **L_1** et de **L_3** : Réponse

U_{pile}	U_1	U_2	U_3
4,94 V	2,46V	2,46 V	2,46V
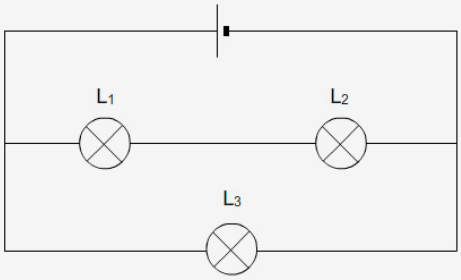
$U_G = U_1 = U_2$ car le circuit est en dérivation.